Analytická geometrie

II. ročník

Aktualizace: 13. dubna 2026

K čemu to všechno?

Analytická geometrie (AnaGeo) je jedním ze způsobů, jak nahlížet na geometrické problémy (např. kde se protnou přímky, protnou se vůbec? Co je to přímka?)

AnaGeo používá nástroje analýzy (rovnice, vlastnosti rovnic a funkcí) - je třeba mít na paměti, co rovnice a čísla reprezentují, protože se na první pohled bude zdát, že jsme se vrátili do 1. ročníku

Nicméně vše zasadíme do **vektorového prostoru**

Příklad: Bod ležící na přímce

Pojmy

K tomu, abychom mohli bezpečně pokračovat, je třeba si udělat společnou slovní zásobu (kterou budu aktivně využívat):

Vektor	Skalár	Přímka	Směrnice
Bod	Směrový vektor	Normálový vektor	Obecný tvar
Parametrický tvar	Parametr	Směrnicový tvar	Rovina
Skalární součin	Vektorový součin	Posun o vektor	Odchylka
Velikost vektoru	Nulový vektor	Počátek	...

Bod x Vektor

Bod

Bodem rozumíme prvek roviny v kartézské soustavě souřadnic. Značíme velkým písmenem a jeho souřadnice ohraničujeme hranatými závorkami:

$$A[2; -3]$$

Bod pro nás není nic nového - známe jej už do funkcí. Nicméně to co je nové je **vektor**:

Vektor

Vektorem rozumíme prvek vektorového prostoru. Vektor má **směr** a **velikost**. Vektor označujeme malým psacím písmenem s šipkou a jeho "směr" značíme do kulatých závorek:

$$\vec{v}(2; -3)$$

Bod x Vektor

Tady obrázky

Určování vektorů

Vektor nám určuje směr a má danou velikost. Buď je dán anebo si jej můžeme určit:

- pomocí změny (o kolik se posuny x-ová a y-ová souřadnice)
- pomocí dvojice bodů

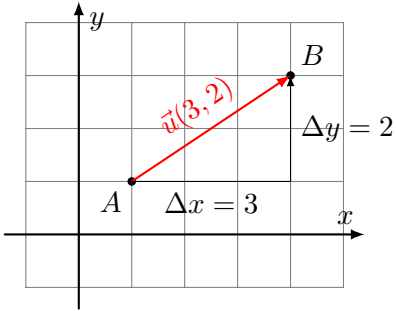

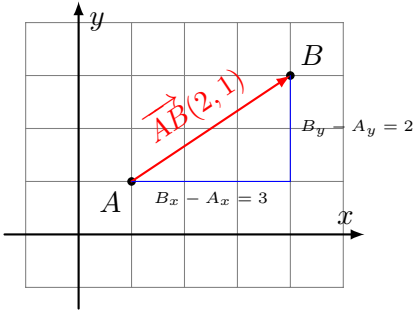

Posunutí

Bude

Cvičení - Posun a tvorba vektorů

Vytvořte a nakreslete vektory $\vec{v} = B - A$:		Posuňte bod A o vektor $\vec{v}$:	
$A[2;2]$ $B[-1;2]$	$A[1;1]$ $B[-1;-2]$	$A[1;0]$ $\vec{v}(1,1)$	$A[1;0]$ $\vec{v}(-1,1)$
$A[0;2]$ $B[0;-2]$	$A[1;0]$ $B[-1;-2]$	$A[-1;2]$ $\vec{v}(1,-1)$	$A[2;2]$ $\vec{v}(-1,2)$
$A[-2;1]$ $B[2;-1]$	$A[1;1]$ $B[2;2]$	$A[-2;2]$ $\vec{v}(2,-1)$	$A[2;3]$ $\vec{v}(-1,-1)$
$A[-2;3]$ $B[4;-5]$	$A[0;0]$ $B[3;-2]$	$A[0;2]$ $\vec{v}(0,-1)$	$A[3;2]$ $\vec{v}(-2,3)$

Řešení

Sčítání vektorů

Vektory lze sčítat (jedná se o "sčítání posunů"): Vezmu-li bod $A[2,1]$ a posunu jej nejdříve o vektor $\vec{u}(1,2)$ a poté jej posunu o vektor $\vec{v}(2,-1)$, pak je to úplně samé, jako bych jej posunul o vektor $\vec{w}(3,1) = \vec{u} + \vec{v}$:

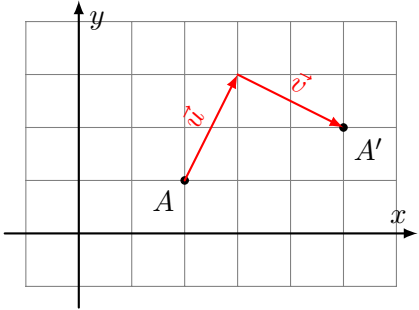

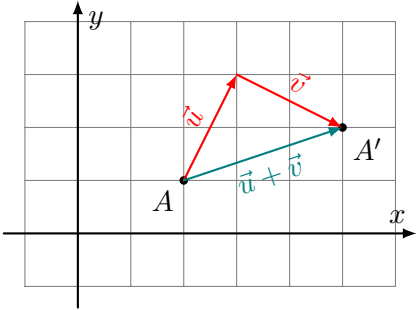

Střed úsečky

Střed úsečky

Střed úsečky AB daná body $A[x_a, y_a]$ a $B[x_b, y_b]$ rozumíme bod S, pro který platí $|AS| = |SB|$. Souřadnice středu se vypočítají následovně:

$$S\left[\frac{x_a + x_b}{2}; \frac{y_a + y_b}{2}\right]$$

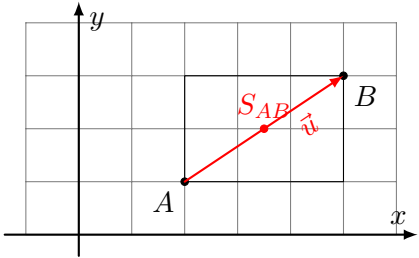

Velikost úsečky/vektoru

Velikost úsečky/vektoru

Velikost úsečky AB daná body $A[x_a, y_a]$ a $B[x_b, y_b]$ rozumíme velikost vektoru $\vec{u} = B - A$. Lze vypočítat následovně:

$$|AB| = \vec{u}(x_{\vec{u}}; y_{\vec{u}}) = \sqrt{(x_b - x_a)^2 + (y_b + y_a)^2} = \sqrt{x_{\vec{u}}^2 - y_{\vec{u}}^2}$$

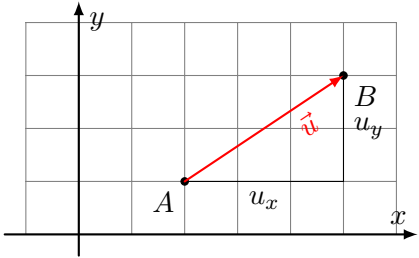

Cvičení - Střed úsečky a její velikost

Určete středy úseček AB a její velikost		Určete velikost vektorů:	
$A[2;2]$ $B[-1;2]$	$A[1;1]$ $B[-1;-2]$	$\vec{v}(1,1)$	$\vec{v}(-1,1)$
$A[0;2]$ $B[0;-2]$	$A[1;0]$ $B[-1;-2]$	$\vec{v}(3,-4)$	$\vec{v}(4,3)$
$A[-2;1]$ $B[2;-1]$	$A[1;1]$ $B[2;2]$	$\vec{v}(2,-1)$	$\vec{v}(-1,-1)$
$A[-2;3]$ $B[4;-5]$	$A[0;0]$ $B[3;-2]$	$\vec{v}(0,-1)$	$\vec{v}(-2,3)$

Řešení

Obsahy v ANAGEO

Mají docela dobrou výhodu - jsou tu míry a čtverečky. Pokud není řečeno (zapomenu zadat), vždy počítáme v jednotkách (značíme j).

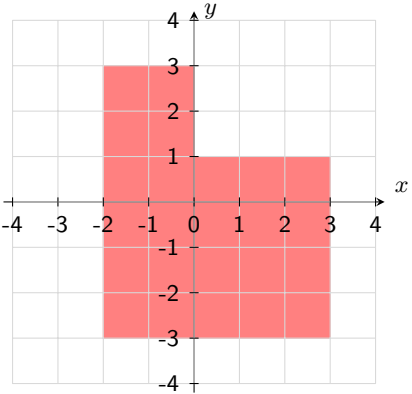

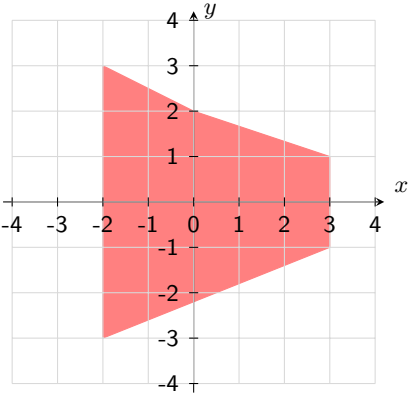

Jak lze vyjádřit přímku?

To už jsme měli

Ukázka

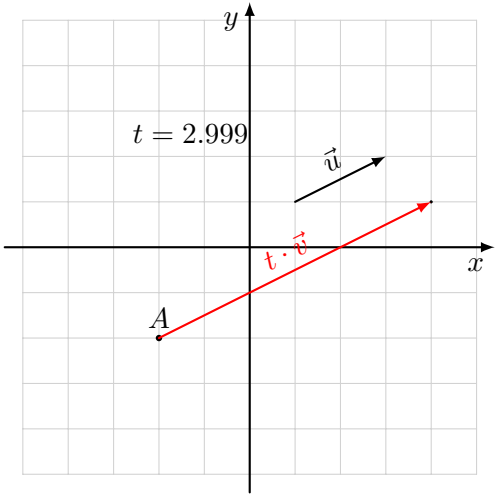

Parametrické vyjádření

Parametrické vyjádření přímky

Nechť je přímka p dána bodem $A[a_x; a_y]$ a vektorem $\vec{v}(v_x; v_y)$. Parametrickým vyjádřením přímky rozumíme všechny rovnice, které dokážou vyjádřit všechny body P, pro které platí $P \in p$:

$$P = A + t \cdot \vec{v} \qquad t \in \mathbb{R}$$

Někdy se uvádí dvě rovnice pro výpočet příslušných souřadnic bodu $P[x, y]$:

$$x = a_x + t \cdot v_x$$

$$y = a_y + t \cdot v_y \qquad t \in \mathbb{R}$$

Cvičení - Parametrický tvar přímky

Určete parametrické vyjádření přímek dané bodem A a vektorem $\vec{v}$:		Určete parametrické vyjádření přímek dané body A, B:	
$A[2;2]$ $\vec{v}(1,1)$	$A[1;1]$ $\vec{v}(-1,1)$	$A[-1;2]$ $B[0;-2]$	$A[0;2]$ $B[0;-2]$
$A[0;2]$ $\vec{v}(3,-4)$	$A[1;0]$ $\vec{v}(4,3)$	$A[2;-1]$ $B[4;-5]$	$A[-1;0]$ $B[3;-2]$
$A[-2;1]$ $\vec{v}(2,-1)$	$A[1;1]$ $\vec{v}(-1,-1)$	$A[-1;-2]$ $B[1;2]$	$A[1;2]$ $B[2;3]$
$A[-2;3]$ $\vec{v}(0,-1)$	$A[0;0]$ $\vec{v}(-2,3)$	$A[2;2]$ $B[2;-2]$	$A[3;5]$ $B[-3;-5]$

Řešení

Cvičení - Parametrický tvar přímky v $0xy$

Narýsujte dané přímky do Oxy:

$$x = 1 + 2t \qquad x = -1 + t \qquad x = 2 + \frac{1}{2}t$$
$$y = t \qquad y = 3 - 2t \qquad y = -1 - t$$

$$x = -2 - t \qquad x = 1 + 2t \qquad x = -1 + \frac{1}{2}t$$
$$y = 1 + t \qquad y = -3 - t \qquad y = 2 - t$$

Řešení

Cvičení - Parametrický tvar přímky v $0xy$

Určete parametrické vyjádření z přímky:

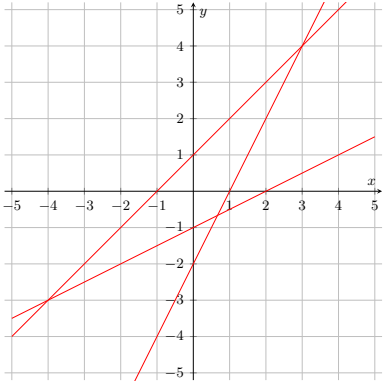

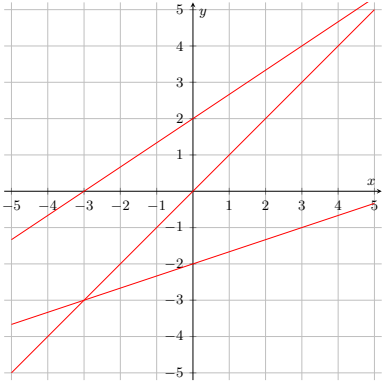

Řešení

Tady rovnice

Řešení cvičení - Posun a tvorba vektorů

Zpět

Řešení cvičení - Střed úsečky a její velikost

Zpět

Řešení cvičení - Parametrický tvar přímky

Zpět

Řešení cvičení - Parametrický tvar přímky v $0xy$

Zpět

Řešení cvičení - násobení v GONIO a Moivreova věta

Zpět

Řešení cvičení - lineární rovnice v $\mathbb{C}$

Zpět